2. 图3-23是一个软件开发项目的活动图。对应于图中每条边的数字表示完成这条边代表的活动所需的天数。例如，完成终止于里程碑E的活动需要4天时间。对于每个活动，列出它的前驱，并计算最早开始时间、最晚开始时间和时差。然后确定出关键路径。

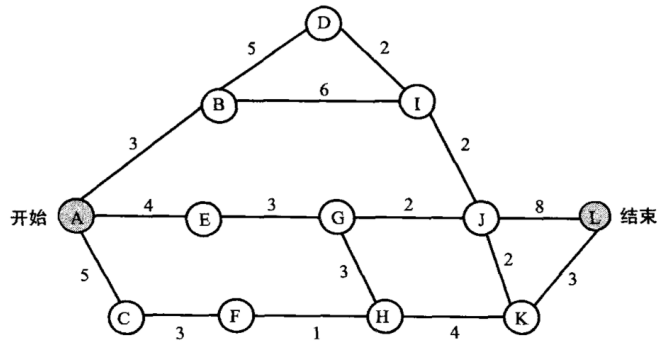

图3-23　练习2的活动图

3. 图3-24是一张活动图。找出其关键路径。

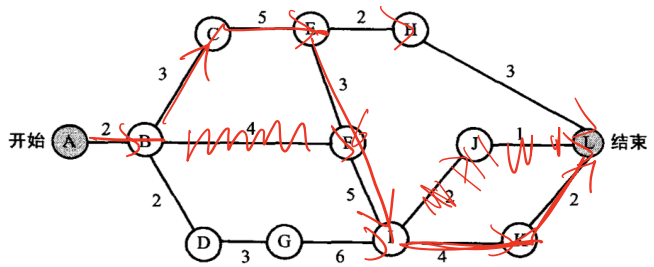

图3-24　练习3的活动图

2、

活动	最早	最晚
A	0	0
B	3	3
C	5	8
D	5	7
E	4	6
F	8	11
G	7	9
H	10	12
I	9	9
J	11	11
K	14	16
L	19	19

3. A→B→C→E→F→I→J→L

实验2.

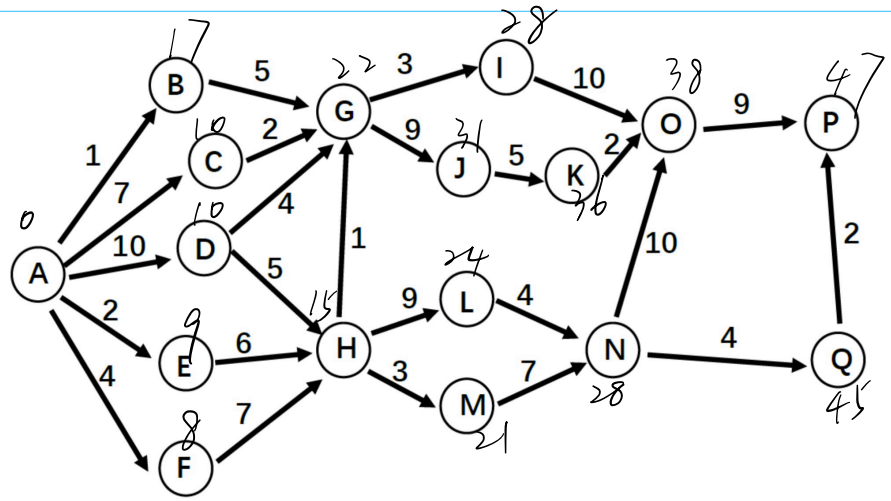

事件	最早发生	最晚发生	
A	0	0	✓
B	1	17	
C	7	10	
D	10	10	✓
E	2	9	
F	4	8	
G	16	22	
H	15	15	✓
I	19	28	
J	25	31	
K	30	36	
L	24	24	✓
M	18	21	
N	28	28	✓
O	38	38	✓
P	47	47	✓
Q	32	45	

关键路径:

A→D→H→L→N→O→P

总长: 47

活动	最早	最晚	差
A→B	0	16	16
A→C	0	3	3
A→D	0	0	0
A→E	0	7	7
A→F	0	4	4
B→G	1	17	16
C→G	7	20	13
D→G	10	18	8
D→H	10	10	0
E→H	2	9	7
F→H	4	8	4
G→I	16	25	9
G→J	16	22	6
H→G	15	21	6
H→L	15	15	0
H→M	15	18	3
I→O	19	28	9
J→K	25	31	6
L→N	24	24	0
M→N	18	21	3
K→O	30	36	6
O→P	38	38	0
N→O	28	28	0
N→Q	28	41	13
Q→P	32	45	13